ទ្វេត់ និង បន្ទាត់

១ | លក្ខណៈនៃអង្កត់ធ្នូ

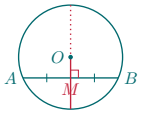
១.១ បន្ទាត់កែងទៅនឹងចំណុចកណ្តាលនៃអង្កត់ធ្នូ

★ ចាំទុកៅ

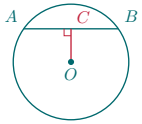
- **បន្ទាត់ដែលគូសចេញពីផ្ចិតនៃរង្វង់ហើយកែងនឹងអង្កត់ធ្នូត្រូវកាត់តាមចំណុចកណ្តាលនៃអង្កត់ធ្នូ ។**
- **បន្ទាត់ដែលកែងទៅនឹងចំណុចកណ្តាលនៃអង្កត់ធ្នូត្រូវកាត់តាមផ្ចិតនៃរង្វង់ ។**

ក្នុងរង្វង់ដូចរូបខាងស្តាំ មានចំណុច O ផ្ចិតនៃរង្វង់ AB ជាអង្កត់ធ្នូ និង OM ជាបន្ទាត់ដែលគូសកាត់ផ្ចិតរង្វង់ហើយកែងទៅនឹងអង្កត់ធ្នូ AB ត្រង់ M ។ គេទាញបាន ៖

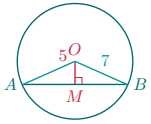
$$AM = BM = \frac{AB}{2}$$



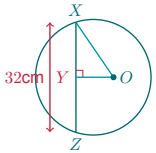
01 គេមានរង្វង់ផ្ចិត O និងអង្កត់ធ្នូ $AB = 10\text{cm}$ (ដូចរូប) ។ បើ OC កែងទៅនឹង AB ចូរគណនាប្រវែង AC ៖



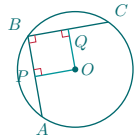
02 គេមានរង្វង់ផ្ចិត O (ដូចរូប) ដែលមាន $OM = 5\text{cm}$ និង $OB = 7\text{cm}$ ចូរគណនាប្រវែងអង្កត់ធ្នូ AB ៖



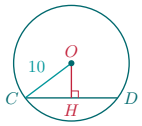
03 នៅក្នុងរង្វង់ផ្ចិត O គេមាន $\angle OXY = 30°, \angle XOY = 60°$ និង $XZ = 32\text{cm}$ ចូរគណនារង្វាស់ XY ៖



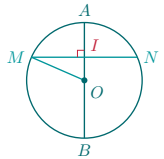
04 គេមាន O ជាផ្ចិតនៃរង្វង់ $AB = 25\text{cm}$ និង $BQ = 6.5\text{cm}$ ដូចរូបខាងស្តាំនេះ ៖



05 គេមានរង្វង់ផ្ចិត O មានកាំ $r = 10\text{cm}$ និងអង្កត់ធ្នូ $CD = 16\text{cm}$ (ដូចរូប) ។ បើ $OH \perp CD$ ត្រង់ H ចូរគណនាចម្ងាយ OH ៖



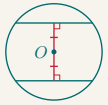
06 ក្នុងរង្វង់ផ្ចិត O គេមានអង្កត់ផ្ចិត $AB = 20\text{cm}$ និងអង្កត់ធ្នូ $MN \perp AB$ ត្រង់ I (ដូចរូប) ។ បើ $OI = 6\text{cm}$ ចូរគណនាប្រវែង MN ៖



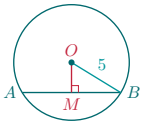
១.២ អង្កត់ធ្នូស្មើគ្នា

★ ចាំទុកៅ

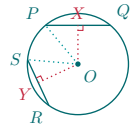
- អង្កត់ធ្នូពីរមានប្រវែងស្មើគ្នាក្នុងរង្វង់មួយ ត្រូវមានចម្ងាយស្មើគ្នាពីផ្ចិតនៃរង្វង់នោះ ។
- ច្រាសមកវិញ ៖ អង្កត់ធ្នូក្នុងរង្វង់មួយដែលមានចម្ងាយស្មើគ្នាពីផ្ចិតនៃរង្វង់ ជាអង្កត់ធ្នូប៉ុនគ្នា ។



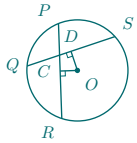
07 គេមានរង្វង់ផ្ចិត O ដែលមានកាំ 5cm និងអង្កត់ធ្នូ AB ប្រវែង 8cm ៖ បើ $OM \perp AB$ ត្រង់ M ៖ រកចម្ងាយ OM ពីផ្ចិតរង្វង់ទៅអង្កត់ធ្នូ ៖



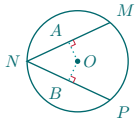
08 ក្នុងរូបខាងក្រោមនេះ O ជាផ្ចិតនៃរង្វង់ដែលមានកាំ 5cm ហើយ $PQ = RS = 6\text{cm}$ ៖ រកប្រវែង OX និង OY ៖



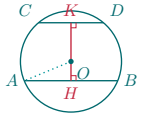
09 គេមានរង្វង់ផ្ចិត O ដែលមានកាំ 10cm ហើយ $PR = QS$ និង $OC = 5\text{cm}$ ៖ រកប្រវែង OD និង PR ។(ណែនាំ៖គូស OR)



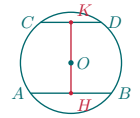
10 ក្នុងរូបខាងក្រោមនេះគេមាន O ជាផ្ចិតនៃរង្វង់ហើយ $OA = OB = 5.5\text{cm}$ និង $MN = 9\text{cm}$ ៖ រកប្រវែង NP ៖



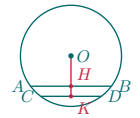
11 ក្នុងរង្វង់ផ្ចិត O មានកាំ $r = 13\text{cm}$ គេមាន $AB = CD$ ៖ បើ $OH \perp AB$ ត្រង់ H, $OH = 5\text{cm}$ និង $OK \perp CD$ ត្រង់ K ៖ គណនាប្រវែង AH, AB និងចម្ងាយ OK ៖



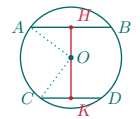
12 ក្នុងរង្វង់ផ្ចិត O គេមានអង្កត់ធ្នូពីរ $AB = 8\text{cm}$ និង $CD = 6\text{cm}$ ដែលស្របគ្នា ៖ បើកាំរង្វង់ $r = 5\text{cm}$ ៖ គណនាចម្ងាយរវាងអង្កត់ធ្នូទាំងពីរ AB និង CD (ករណីអង្កត់ធ្នូទាំងពីរនៅសងខាងផ្ចិត O) ៖



13 ដូចលំហាត់ទី ១២ ដែរ ប៉ុន្តែករណីអង្កត់ធ្នូទាំងពីរ AB និង CD នៅខាងតែមួយនៃផ្ចិត O ៖ គណនាចម្ងាយរវាងអង្កត់ធ្នូទាំងពីរ ៖



14 ក្នុងរង្វង់ផ្ចិត O គេមានអង្កត់ធ្នូ $AB = 12\text{cm}$ និង $CD = 16\text{cm}$ ស្របគ្នា ៖ បើចម្ងាយរវាងអង្កត់ធ្នូទាំងពីរស្មើនឹង 14cm ៖ គណនាកាំ r នៃរង្វង់ ៖



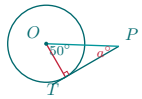
២ | បន្ទាត់ប៉ះរង្វង់

★ ជាទូទៅ

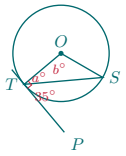
បន្ទាត់ប៉ះរង្វង់គឺជាបន្ទាត់ដែលមានចំណុចរួមតែមួយជាមួយរង្វង់ ហើយកែងទៅនឹងកាំត្រង់ចំណុចប៉ះនោះ ។

15 ក្នុងរូបខាងក្រោម PT ជាបន្ទាត់ប៉ះរង្វង់ផ្ចិត O ត្រង់ T ៖

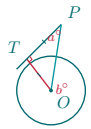
ក ចូររកតម្លៃនៃមុំ a



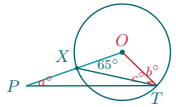
ខ ចូររកតម្លៃនៃមុំ a និង b



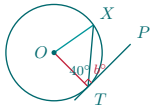
គ ចូររកតម្លៃនៃមុំ a និង b



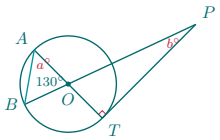
ឃ ចូររកតម្លៃនៃមុំ a, b និង c



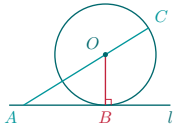
ង ចូររកតម្លៃនៃមុំ b



ច AOT និង BOP ជាបន្ទាត់ត្រង់ ៖ ចូររកមុំ a, b



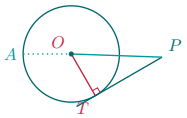
16 គេមានរង្វង់មួយដែលមានផ្ចិត O និងកាំស្មើនឹង 2cm ៖ A ជាចំណុចមួយនៅក្រៅរង្វង់។ ពីចំណុច A គេគូសបន្ទាត់ប៉ះនឹងរង្វង់ត្រង់ចំណុច B និងបន្ទាត់មួយទៀត AC កាត់តាមផ្ចិត O និងកាត់រង្វង់ត្រង់ C ៖



ក បង្ហាញថា ΔABO ជាត្រីកោណកែងត្រង់ B ៖
(រំលេចនាំ៖ បន្ទាត់ប៉ះរង្វង់តែងតែកែងទៅនឹងកាំត្រង់ចំណុចប៉ះ: $OB \perp AB$)

ខ បើ $OA = 4$cm ៖ គណនាប្រវែងបន្ទាត់ប៉ះ AB ៖
(រំលេចនាំ៖ ប្រើទ្រឹស្តីបទពីតាកក្នុង $\Delta ABO \implies AB = \sqrt{OA^2 - OB^2}$)

17 គេមានរង្វង់ផ្ចិត O មានកាំ $r = 3$cm និងចំណុច P នៅក្រៅរង្វង់ ដែល $OP = 5$cm ៖ ពីចំណុច P គេគូសបន្ទាត់ប៉ះរង្វង់ត្រង់ T និងបន្ទាត់កាត់ផ្ចិត O ត្រង់ A (ដូចរូប) ៖



ក ស្រាយបំភ្លឺថា $OT \perp PT$ ត្រង់ចំណុចប៉ះ T ៖
(រំលេចនាំ៖ តាមលក្ខណៈបន្ទាត់ប៉ះរង្វង់ PT កែងនឹងកាំ OT ត្រង់ចំណុចប៉ះ T)

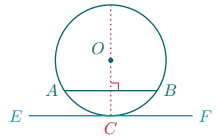
ខ គណនាប្រវែងបន្ទាត់ប៉ះ PT ៖
(រំលេចនាំ៖ អនុវត្តទ្រឹស្តីបទពីតាកក្នុង $\Delta PTO \implies PT = \sqrt{OP^2 - OT^2}$)

៣ | លក្ខណៈនៃបន្ទាត់ប៉ះ

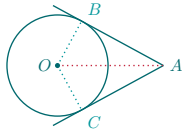
★ ជាទូទៅ

បើបន្ទាត់ប៉ះរង្វង់ស្របទៅនឹងអង្កត់ធ្នូមួយនោះ ចំណុចប៉ះចែកធ្នូសន្ធឹងជាពីរផ្នែកប៉ុនគ្នា ។

គេឲ្យបន្ទាត់ EF ប៉ះរង្វង់ផ្ចិត O ត្រង់ចំណុច C ដែលមាន $AB \parallel EF$ ។
ស្រាយបំភ្លឺថា $\overset{\frown}{AC} = \overset{\frown}{BC}$ ។



18 គេឲ្យបន្ទាត់ពីរ AB និង AC ប៉ះរង្វង់ផ្ចិត O ត្រង់ចំណុចរៀង B និង C ។ ស្រាយបំភ្លឺថា ៖



ក $AB = AC$

ខ $\angle BAO = \angle OAC$

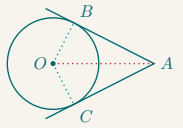
គ $\angle BOA = \angle AOC$

ឃ $\angle OBA = \angle OCA$

★ ជាទូទៅ

បើបន្ទាត់ពីរគូសចេញពីចំណុចរួមមួយនៅក្រៅរង្វង់ហើយប៉ះរង្វង់នេះត្រង់ចំណុច B និង C គេបាន

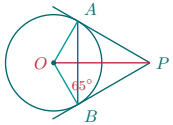
1. បន្ទាត់ប៉ះនៃរង្វង់កែងទៅនឹងកាំត្រង់ចំណុចប៉ះ: $\angle OBA = \angle OCA = 90°$
2. បន្ទាត់ប៉ះពីរទៅនឹងរង្វង់ដែលគូសចេញពីចំណុចរួមមួយនៅក្រៅរង្វង់មានប្រវែងស្មើគ្នា $AB = AC$
3. បន្ទាត់ដែលគូសចេញពីចំណុចក្រៅរង្វង់មុំឈមទៅផ្ចិតនៃរង្វង់ ជាកន្លះបន្ទាត់ពុះនៃមុំឈមដែលផ្គុំដោយបន្ទាត់ប៉ះទាំងពីរ និងមុំដែលផ្គុំដោយកាំនៃរង្វង់ ៖
   - $\angle OAB = \angle OAC$
   - $\angle COA = \angle BOA$



19 PA និង PB ជាបន្ទាត់ប៉ះទៅនឹងរង្វង់ផ្ចិត O ត្រង់ចំណុច A និង B (ដូចរូបខាងស្តាំ) ៖ បើ $\angle ABP = 65°$ ៖

ក គណនាមុំ $\angle AOB$

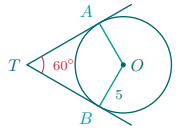
ខ គណនាមុំ $\angle AOP$



20 TA និង TB ជាបន្ទាត់ប៉ះទៅនឹងរង្វង់ផ្ចិត O ដែលមានកាំស្មើនឹង 5cm ៖ បើ $\angle ATB = 60°$ ចូរគណនា ៖

ក $\angle AOB$

ខ ថ្នៃក្រឡានៃចម្រៀកថាសតូច AOB $\left(\pi = \frac{22}{7}\right)$



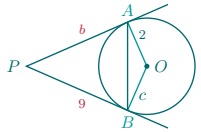
21 នៅក្នុងរូបខាងស្តាំនេះមាន O ជាផ្ចិតនៃរង្វង់ហើយ PA និង PB ជាបន្ទាត់ប៉ះទៅនឹងរង្វង់រៀងគ្នាត្រង់ A និង B រង្វាស់គិតជា cm ៖ ចូរគណនា

ក រង្វាស់ b

ខ រង្វាស់ c

គ បរិមាត្រនៃចតុកោណ $OAPB$

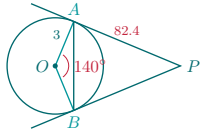
ឃ ផ្ទៃក្រឡានៃចតុកោណ $OAPB$



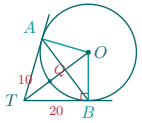
22 គេមាន PA និង PB ជាបន្ទាត់ប៉ះទៅនឹងរង្វង់ដែលមានផ្ចិត O និងកាំ 3cm ៖ គេឲ្យ $AP = 82.4$cm និង $\angle AOB = 140^\circ$ ៖ ចូរគណនាផ្ទៃក្រឡានៃ

ក ចតុកោណ $APBO$

ខ ចម្រៀកថាសតូច AOB យក $\left(\pi = \frac{22}{7}\right)$



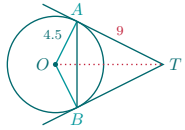
23 ក្នុងរង្វង់ផ្ចិត O គេមាន AT និង BT មានប្រវែង 20cm ៖ បើ TQO ជាបន្ទាត់ត្រង់ដែល $TQ = 10$cm ៖ ចូររករង្វាស់នៃកាំរង្វង់ ៖



24 នៅក្នុងរង្វង់ផ្ចិត O ដែលមានកាំ 4.5cm ៖ គេមាន TA និង TB ជាបន្ទាត់ប៉ះនឹងរង្វង់រៀងគ្នាត្រង់ A និង B ដែល $TA = 9$cm ៖

ក គណនាបរិមាត្រនៃចតុកោណ $OATB$

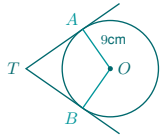
ខ គណនាផ្ទៃក្រឡានៃចតុកោណ $OATB$



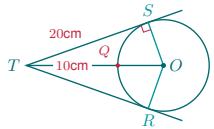
25 TA និង TB ជាបន្ទាត់ប៉ះទៅនឹងរង្វង់ផ្ចិត O ដែលមានកាំ 9cm ។ បើ $\angle ATB = 110^\circ$ ។ ចូរគណនា

ក $\angle AOB$

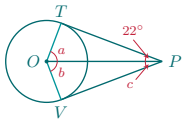
ខ ផ្ទៃក្រឡាចម្រៀកថាសតូច AOB ដែល $\pi = \frac{22}{7}$



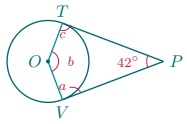
26 ST និង RT ជាបន្ទាត់ប៉ះទៅនឹងរង្វង់មួយមានផ្ចិត O ដែល $ST = RT = 20$cm ។ បើ TQO ជាបន្ទាត់ត្រង់មួយដែល $TQ = 10$cm ។ ចូរគណនាកាំនៃរង្វង់ OQ ៖



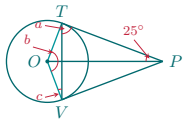
27 ក្នុងរូបនីមួយៗខាងក្រោមនេះ គេមាន PT និង PV ជាបន្ទាត់ប៉ះទៅនឹងរង្វង់ផ្ចិត O ត្រង់ T និង V ។ រករង្វាស់មុំដែលមិនស្គាល់ ៖



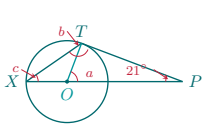
(ក)



(ខ)



(គ)



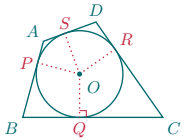
(ឃ)

៤ | អនុបន្ថែលក្នុណៈជ្រុងឈមនៃចតុកោណចារឹកក្រៅរង្វង់

28 នៅក្នុងចតុកោណ $ABCD$ ដូចរូបខាងស្តាំ ជ្រុងទាំងបួនជាបន្ទាត់ប៉ះរង្វង់ត្រង់ P, Q, R និង S បង្ហាញថា

ក $AP = AS, BP = BQ, CQ = CR$ និង $DR = DS$

ខ $AB + CD = AD + BC$



ស្រាយបញ្ជាក់ ៖

ក បង្ហាញថា $AP = AS, BP = BQ, CQ = CR$ និង $DR = DS$ ៖

តាមលក្ខណៈបន្ទាត់ប៉ះគូសចេញពីចំណុចតែមួយមកកាន់រង្វង់ គេបាន ៖

- AS និង AP ប៉ះត្រង់ S និង P គូសពី $A \implies AS = AP$
- BP និង BQ ប៉ះត្រង់ P និង Q គូសពី $B \implies BP = BQ$
- CQ និង CR ប៉ះត្រង់ Q និង R គូសពី $C \implies CQ = CR$
- DS និង DR ប៉ះត្រង់ S និង R គូសពី $D \implies DS = DR$

ខ បង្ហាញថា $AB + CD = AD + BC$ ៖

គេមាន $AB = AP + PB$, $CD = CR + RD$, $AD = AS + SD$, $BC = BQ + QC$

ដូចនេះ $AB + CD = (AP + PB) + (CR + RD) = AS + BQ + QC + SD$

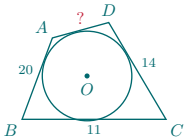
$= (AS + SD) + (BQ + QC) = AD + BC$

ដូចនេះ $AB + CD = AD + BC$ ❑

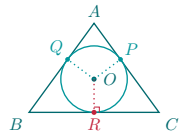
★ ជាទូទៅ

ក្នុងចតុកោណចារឹកក្រៅរង្វង់ ផលបូករង្វាស់ជ្រុងឈមមានរង្វាស់ស្មើគ្នា ៖ $AB + CD = AD + BC$

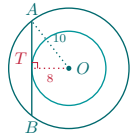
29 រង្វង់ផ្ចិត O ប៉ះនឹងជ្រុងទាំងបួននៃចតុកោណ $ABCD$ ដែល $AB = 20$cm, $CD = 14$cm និង $BC = 11$cm ៖ គណនារង្វាស់ AD ៖



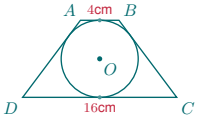
30 ក្នុងរូបខាងក្រោមនេះ ABC ជាត្រីកោណសមបាតដែលមានកំពូល A ៖ ចូរស្រាយបំភ្លឺថា $BR = RC$ ៖



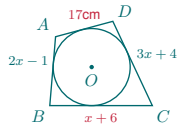
31 រង្វង់ពីរមានផ្ចិតរួម O មានកាំ 8cm និង 10cm ៖ AB ជាអង្កត់ផ្នូរនៃរង្វង់ធំហើយប៉ះរង្វង់តូចត្រង់ T ៖ ចូរគណនា AB ៖



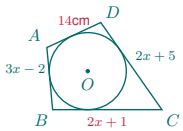
32 ក្នុងរូបខាងក្រោមនេះ ចតុកោណព្លាយសមបាត $ABCD$ $(AB \parallel CD)$ ចារឹកក្រៅរង្វង់ផ្ចិត O មានបាត $AB = 4$cm និង $CD = 16$cm ៖ ចូរគណនាប្រវែង AD និង BC ៖



33 ក្នុងរូបខាងក្រោម ចតុកោណ $ABCD$ ចារឹកក្រៅរង្វង់ផ្ចិត O មានរង្វាស់ជ្រុង $AB = 2x - 1, CD = 3x + 4, BC = x + 6$ និង $AD = 17$cm ៖ ចូរគណនាតម្លៃនៃ x និងប្រវែងជ្រុង AB, CD, BC ៖

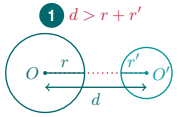


34 ក្នុងរូបខាងក្រោម ចតុកោណ $ABCD$ ចារឹកក្រៅរង្វង់ផ្ចិត O មានរង្វាស់ជ្រុង $AB = 3x - 2, CD = 2x + 5, BC = 2x + 1$ និង $AD = 14$cm ៖ ចូរគណនាតម្លៃនៃ x និងប្រវែងជ្រុង AB, CD, BC ៖



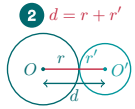
៥ | ឆីតាំងទ្វេង់

គេមានរង្វង់ពីរដែលមានផ្ចិត O និង O' និងកាំរៀងគ្នា r និង r' ។ ហើយ d ជាចម្ងាយរវាងផ្ចិតទាំងពីរ ដូចរូបខាងក្រោម ៖



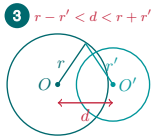
1 $d > r + r'$

រង្វង់គ្មានចំណុចរួម



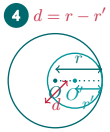
2 $d = r + r'$

រង្វង់មានចំណុចរួមមួយ (ប៉ះក្រៅ)



3 $r - r' < d < r + r'$

រង្វង់កាត់គ្នាពីរចំណុច



4 $d = r - r'$

រង្វង់ប៉ះក្នុង



5 $d < r - r'$

រង្វង់គ្មានចំណុចរួម

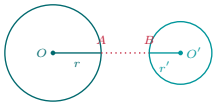
35 គេឲ្យរង្វង់ពីរដែលមានកាំរៀងគ្នា $r = 5\text{cm}, r' = 3\text{cm}$ ហើយ OO' ជាចម្ងាយរវាងផ្ចិតទាំងពីរ ដែល $OO' = 2x + 1$ ៖ ចូរកំណត់ x ដើម្បីឲ្យ ៖

ក រង្វង់ទាំងពីរប៉ះក្រៅ

ខ រង្វង់ទាំងពីរប៉ះក្នុង

គ រង្វង់កាត់គ្នាត្រង់ពីរចំណុច

36 គេឲ្យរង្វង់ពីរដែលមានកាំរៀងគ្នា $r = 5\text{cm}$ និង $r' = 3\text{cm}$ ៖ OO' កាត់រង្វង់រៀងគ្នាត្រង់ចំណុច A និង B ៖ ចូរគណនាប្រវែង AB ៖



37 គេឲ្យរង្វង់ពីរដែលមានកាំរៀងគ្នា $r = 7\text{cm}, r' = 3\text{cm}$ ហើយ OO' ជាចម្ងាយរវាងផ្ចិតទាំងពីរ ដែល $OO' = 2x + 2$ ៖ ចូរកំណត់ x ដើម្បីឲ្យ ៖

ក រង្វង់ទាំងពីរប៉ះក្រៅ

ខ រង្វង់ទាំងពីរប៉ះក្នុង

គ រង្វង់កាត់គ្នាត្រង់ពីរចំណុច

38 គេឲ្យរង្វង់ពីរដែលមានកាំរៀងគ្នា $r = 6\text{cm}, r' = 4\text{cm}$ ហើយ OO' ជាចម្ងាយរវាងផ្ចិតទាំងពីរ ដែល $OO' = 4x - 2$ ៖ ចូរកំណត់ x ដើម្បីឲ្យ ៖

ក រង្វង់ទាំងពីរប៉ះក្រៅ

ខ រង្វង់ទាំងពីរប៉ះក្នុង

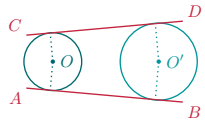
គ រង្វង់កាត់គ្នាត្រង់ពីរចំណុច

៦ | បន្ទាត់ប៉ះរួម

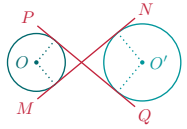
បន្ទាត់ប៉ះរួមនៃរង្វង់ពីរផ្សេងគ្នាអាស្រ័យលើទំនាក់ទំនងទីតាំងនៃរង្វង់ទាំងពីរដូចរូបខាងក្រោម ៖

ក. ទ្វេង់គ្មានចំណុចរួម

- រង្វង់ទាំងពីរគ្មានចំណុចរួម AB និង CD ហៅថា**បន្ទាត់ប៉ះរួមខាងក្រៅ** ។ រង្វង់ទាំងពីរស្ថិតនៅតែម្ខាងនៃបន្ទាត់ AB និង CD ។

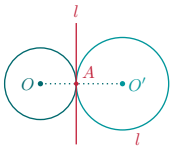


- រង្វង់ទាំងពីរគ្មានចំណុចរួម បន្ទាត់ MN និង PQ ហៅថា**បន្ទាត់ប៉ះរួមខាងក្នុង** ។ រង្វង់ទាំងពីរស្ថិតនៅសងខាងនៃបន្ទាត់ MN និង PQ ។

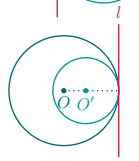


ខ. ទ្វេង់ប៉ះគ្នា

- រង្វង់ពីរមានចំណុចរួមមួយ ហៅថារង្វង់ប៉ះគ្នា ។ l ជាបន្ទាត់ប៉ះរួមដែលរង្វង់ទាំងពីរ ស្ថិតនៅសងខាងនៃបន្ទាត់ l ។

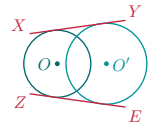


- រង្វង់ទាំងពីរមានចំណុចរួមមួយ ។ l ជាបន្ទាត់ប៉ះរួម ។ រង្វង់ទាំងពីរស្ថិតនៅតែម្ខាងនៃបន្ទាត់ l ។



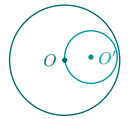
គ. ទ្វេង់កាត់គ្នា

រង្វង់ទាំងពីរកាត់គ្នាត្រង់ពីរចំណុច ។ បន្ទាត់ XY និង ZE ជាបន្ទាត់ប៉ះរួមខាងក្រៅ ។



ឃ. ទ្វេង់មួយនៅក្នុងទ្វេង់ធំ

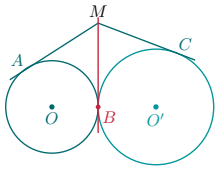
គ្មានចំណុចប៉ះរួម ។



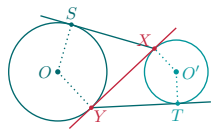
39 គេមានរង្វង់ពីរផ្សេងគ្នាដែលមានរង្វាស់កាំ a និង b គិតជា cm ហើយចម្ងាយរវាងផ្ចិតទាំងពីរស្មើ d ៖ ចូររកចំនួនបន្ទាត់ប៉ះរួមតាមករណីខាងក្រោម ៖

	ក	ខ	គ	ឃ
a	3	4	2	5
b	5	3	3	3
d	10	6	5	2
បន្ទាត់ប៉ះ				

41 គេមាន MA, MB និង MC ជាបន្ទាត់ប៉ះទៅនឹងរង្វង់ផ្ចិត O និងផ្ចិត O' ៖ ចូរបង្ហាញថា $MA = MC$ ៖



40 XY ជាបន្ទាត់ប៉ះរួមខាងក្នុងរង្វង់ផ្ចិត O និង O' ៖ XS ជាបន្ទាត់ប៉ះរង្វង់ផ្ចិត O ត្រង់ S ហើយ YT ជាបន្ទាត់ប៉ះរង្វង់ផ្ចិត O' ត្រង់ T ៖ ចូរបង្ហាញថា $XS = YT$ ៖



42 គេមានរង្វង់ពីរមានទំហំខុសគ្នាដែលមានផ្ចិត O និង O' ៖ រង្វង់ទាំងពីរនេះមានបន្ទាត់ប៉ះរួមមួយ ដែលមានចម្ងាយរវាងផ្ចិតទាំងពីរស្មើនឹង 4cm និងមានចម្ងាយរវាងផ្ចិត 1cm ដូចរូបខាងក្រោម ៖ ចូរគណនាកាំនៃរង្វង់ទាំងពីរ ៖

