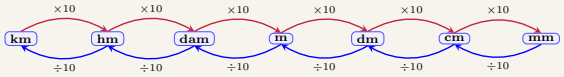
## ១ ចំណោទដែលទាក់ទងនឹងសមមាត្រ (សមមាត្រស្រប និង ច្រាស)

យើងបានសិក្សារួចមកហើយប្រព័ន្ធរង្វាស់រង្វាល់ដែលយើងធ្លាប់ប្រើមាន $km$ សម្រាប់ចម្ងាយ និង $kg$ សម្រាប់ម៉ាសនៃវត្ថុ ។ ប៉ុន្តែនៅប្រទេសដទៃក៏មានរង្វាស់រង្វាល់ផ្សេងទៀត ដូចជា ម៉ាយ $(mile)$ អ៊ីញ $(inch)$ ហ្វីត $(feet)$ សម្រាប់ចម្ងាយ និង ផោន $(lb)$ សម្រាប់ម៉ាស ។

### ★ មេរៀនបាយ និង និធីសាស្ត្រប៉ះបែកខ្លាត

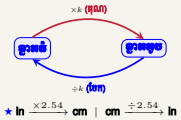
➢ **ខ្នាតប្រវែងប្រព័ន្ធម៉ែត្រ (Metric Units) ៖** km → mm ៖




➢ **រង្វាស់ប្រវែងអន្តរជាតិ (Imperial) ៖**
- ⋆ 1 ម៉ាយ (mile) ≈ 1.609 km
- ⋆ 1 អ៊ីញ (inch) = 2.54 cm
- ⋆ 1 ហ្វីត (feet) = 0.3048 m

➢ **រង្វាស់ម៉ាស (Mass) ៖**
- ⋆ 1 ផោន (lb) ≈ 0.453 kg
- ⋆ 1 គីឡូក្រាម (kg) ≈ 2.205 lb

➢ **វិធីសមមាត្រ ៖** $\frac{1}{x}\frac{A}{A} = \frac{k}{y}\frac{B}{B} \implies y = x \times k$




### ★ ជាទូទៅ

- **សមមាត្រស្រប ៖** $\frac{y}{x} = k \iff \frac{x_1}{y_1} = \frac{x_2}{y_2}$ ($x$ កើន $\implies y$ កើន)
- **សមមាត្រច្រាស ៖** $x \cdot y = k \iff x_1y_1 = x_2y_2$ ($x$ កើន $\implies y$ ចុះ)
- **លក្ខណៈគ្រឹះ ៖** $\frac{a}{b} = \frac{c}{d} \iff ad = bc \implies a = \frac{bc}{d},\ d = \frac{bc}{a}$

សមមាត្រស្រប ៖ $\frac{x_1}{y_1} = \frac{x_2}{y_2}$

សមមាត្រច្រាស ៖ $x_1y_1 = x_2y_2$

### ប្រភេទទី ១ ៖ ការប្តូរខ្នោតច្រាស់ច្រាស

01 ចូរប្តូរខ្នាតនីមួយៗខាងក្រោម ៖
- ក 5m → cm
- ខ 12.5in → cm
- គ 5cm → in
- ឃ 20cm → in
- ង 1m → in
- ច 100km → mile
- ឆ 5mile → km
- ជ 6ft → m
- ឈ 1kg → lb
- ញ 100lb → kg

02 ពិសិដ្ឋមានកម្ពស់ 175cm តើកម្ពស់របស់គាត់ត្រូវជាប៉ុន្មាន អ៊ីញ?

03 កិច្ចការផ្ទៃក្នុង ចូរប្តូរ 8inch ទៅជា cm និង 50cm ទៅជា inch ។

04 កិច្ចការផ្ទៃក្នុង ចម្ងាយផ្លូវពីផ្ទះទៅសាលាគឺ 3.218km ។ តើត្រូវជាប៉ុន្មានម៉ាយ (mile)?

05 កិច្ចការផ្ទៃក្នុង ចង់អង្គុយមួយមានម៉ាស 45kg ។ តើមានម៉ាសប៉ុន្មានផោន (lb)?

### ប្រភេទទី ២ ៖ សមមាត្រស្រប

06 ទិញផ្លែក្រូច 14 ផ្លែអស់ប្រាក់ 32 200 រៀល ប្រសិនបើមានប្រាក់ 41 400 រៀល តើអាចទិញក្រូចបានប៉ុន្មានផ្លែ? បើតម្លៃក្រូចស្មើគ្នា ។

07 អាងទឹកមួយចំណុះ 7650$dm^3$ បើបញ្ចូលទឹកក្នុងល្បឿន 85$dm^3$ ក្នុង 2 នាទី តើត្រូវប្រើពេលប៉ុន្មានទើបពេញអាង?

08 បើកង់មួយវិលបាន 1750 ជុំក្នុងរយៈពេល 5 នាទី តើក្នុងរយៈពេលមួយម៉ោង (3600 វិនាទី) វាវិលបានប៉ុន្មានជុំ?

09 កិច្ចការផ្ទៃក្នុង សៀវភៅសរសេរ 8 ក្បាលថ្លៃ 24 000 រៀល ។ បើទិញ 15 ក្បាល តើត្រូវអស់ប្រាក់ប៉ុន្មាន?

10 កិច្ចការផ្ទៃក្នុង ទុយោមួយបង្ហូរទឹកបាន 120L ក្នុង 3 នាទី ។ តើត្រូវប្រើពេលប៉ុន្មានដើម្បីបង្ហូរបាន 800L ពេញអាង?

11 កិច្ចការផ្ទៃក្នុង ម៉ាស៊ីនបោះពុម្ពមួយបោះបាន 450 ទំព័រក្នុង 6 នាទី ។ តើក្នុង 15 នាទី បោះបានប៉ុន្មានទំព័រ?

### ប្រភេទទី ៣ ៖ សមមាត្រច្រាស

12 កម្មករ 6 នាក់សង់រោងមួយរួចក្នុងពេល 8 ថ្ងៃ ។ ប្រសិនបើបន្ថែមកម្មករ 2 នាក់ទៀត (សរុប 8 នាក់) តើត្រូវប្រើពេលប៉ុន្មានថ្ងៃទើបសង់រួច?

13 រថយន្ត មួយ បើក ល្បឿន មធ្យម 60km/h ពី ភ្នំពេញ ទៅ កំពង់សោម ប្រើពេល 4 ម៉ោង ។ ប្រសិនបើបង្កើនល្បឿនដល់ 80km/h តើប្រើពេលប៉ុន្មានម៉ោង?

14 ម៉ាស៊ីនបូមទឹក 3 គ្រឿងបូមទឹកអស់ក្នុងពេល 40 នាទី ។ បើប្រើម៉ាស៊ីន 4 គ្រឿងកម្លាំងស្មើគ្នា តើត្រូវប្រើពេលប៉ុន្មាននាទីទើបបូមអស់?

15 កិច្ចការផ្ទៃក្នុង កម្មករ 4 នាក់ច្រូតស្រូវលើដីស្រែមួយរួចក្នុងពេល 6 ថ្ងៃ ។ បើប្រើកម្មករ 8 នាក់វិញ តើត្រូវប្រើពេលប៉ុន្មានថ្ងៃ?

16 កិច្ចការផ្ទៃក្នុង ម៉ូតូមួយបើកដោយល្បឿន 40km/h ប្រើពេល 3 ម៉ោងដល់គោលដៅ ។ បើចង់ដល់ក្នុងពេល 2 ម៉ោង តើត្រូវបើកល្បឿនប៉ុន្មាន?

17 កិច្ចការផ្ទៃក្នុង ម៉ាស៊ីនក្រជាក់ 2 គ្រឿងប្រើពេល 30 នាទីដើម្បី



បញ្ចុះកម្តៅបន្ទប់ប្រជុំ ។ បើប្រើ 3 គ្រឿង តើប្រើពេលប៉ុន្មាននាទី? 2 គ្រឿង × 30 នាទី = 3 គ្រឿង × $t$ $\implies$ $t = 20$ នាទី

## ២ ចំណោទដែលទាក់ទងនឹងភាគរយ

### ★ ជាទូទៅ

- **ភាគរយ (Percentage) ៖** គឺជាប្រភាគដែលមានភាគបែងស្មើ 100 (សរសេរ $\frac{30}{100} = 30\%$)។
- **រូបមន្តគណនាភាគរយ ៖** ធៀបផ្ទែក $a$ ទៅនឹងទំហំសរុប $b$ ៖ $P\% = \frac{a}{b} \times 100\%$
- **ការទាញរកតម្លៃ ៖**
  - **រកផ្ទែក $a$ ៖** $a = \frac{P}{100} \times b$
  - **រកទំហំសរុប $b$ ៖** $b = \frac{a \times 100}{P}$

### ប្រភេទទី ១ ៖ ការគណនាតម្លៃភាគរយត្រឹម (ស្វែងរក $n$)

01 គណនា $n$ ដែល ៖
- ក 30% នៃ $n$ ស្មើ 48
- ខ 15% នៃ $n$ ស្មើ 75
- គ 25% នៃ 28 ស្មើ $n$
- ឃ 17 ជា $n$% នៃ 85
- ង $n$% នៃ 150 ស្មើ 20
- ច $n$ ស្មើ 30% នៃ 400

02 កិច្ចការផ្ទៃក្នុង គណនា $n$ ដែល ៖
- ក 20% នៃ $n$ ស្មើ 60
- ខ 35% នៃ 80 ស្មើ $n$

03 កិច្ចការផ្ទៃក្នុង គណនា $n$ ដែល ៖
- ក $n$% នៃ 200 ស្មើ 50
- ខ 18 ជា $n$% នៃ 90

04 កិច្ចការផ្ទៃក្នុង គណនា $n$ ដែល ៖
- ក $n$ ស្មើ 45% នៃ 800
- ខ 75% នៃ $n$ ស្មើ 150

### ប្រភេទទី ២ ៖ ការគណនាភាគរយនៃបរិមាណ

05 តេស្តមួយមាន 20 សំណួរ នីតាធ្វើត្រូវបាន 17 សំណួរ ។ រកភាគរយនៃសំណួរដែលធ្វើត្រូវ ។

06 រ៉ៃៈរកប្រាក់បាន 300 000 ៛ ក្នុងមួយខែ ហើយសន្សំទុកបាន 60 000 ៛ រកភាគរយនៃប្រាក់ដែលរ៉ៃៈបានសន្សំទុក ។

07 កិច្ចការផ្ទៃក្នុង ក្នុងថ្នាក់រៀនមួយមានសិស្ស 40 នាក់ ស្រី 24 នាក់ ។ រកភាគរយនៃសិស្សស្រី ។

08 កិច្ចការផ្ទៃក្នុង កសិករម្នាក់ប្រមូលស្រូវបាន 500kg ទុកហូប 125kg ។ រកភាគរយស្រូវទុកហូប ។

09 កិច្ចការផ្ទៃក្នុង ការប្រឡងមួយមាន 50 សំណួរ សុខាឆ្លើយត្រូវ 42 សំណួរ ។ រកភាគរយឆ្លើយត្រូវ ។

### ប្រភេទទី ៣ ៖ ចំណោទគណនាយៃតម្លៃ និងកម្រៃជើងសារ

10 វណ្ណាចង់ទិញកង់មួយមានតម្លៃ 350 000 រៀល ឥឡូវនេះគាត់សន្សំបាន 60% នៃតម្លៃកង់រួចហើយ ។ តើគាត់ខ្វះប្រាក់ប៉ុន្មានទៀតទើបទិញកង់នោះបាន ?

11 សុខត្រូវរកប្រាក់ឱ្យបាន 35 លានរៀល សម្រាប់សង់លំនៅដ្ឋានមួយ ឥឡូវនេះគាត់សន្សំបាន 60% នៃប្រាក់នេះ ហើយ ។ រកប្រាក់ដែលគាត់សន្សំបាន ? តើគាត់ខ្វះប្រាក់ប៉ុន្មានទៀត ?




12 សុខសន្សំបានប្រាក់ 60$ ដែលត្រូវជា 80% នៃតម្លៃម៉ាស៊ីនថតរូប ។ រកតម្លៃម៉ាស៊ីននោះថ្លៃប៉ុន្មាន ?

សន្សំ 60$ = 80% $\implies$ តម្លៃពេញ 100% = 75$

13 ក្រុមហ៊ុនអចលនទ្រព្យលក់ដីឱ្យគេដោយទទួលបានប្រាក់កម្រៃ 1 800$ ត្រូវជា 3% នៃថ្លៃដី ។ តើដីដែលត្រូវលក់ថ្លៃប៉ុន្មាន ?

កម្រៃ 1 800$ = 3% $\implies$ ថ្លៃដីសរុប 100% = 60 000$

14 ក្រុមហ៊ុនឱ្យប្រាក់កម្រៃទៅឧត្តមចំនួន 10% នៃប្រាក់ដែលបានលក់ ហើយឧត្តមចែកទៅឡៃយើចំនួន 20% នៃប្រាក់ទទួលបាន ។ តើឡៃយើទទួលបានប៉ុន្មាន បើប្រាក់លក់បាន 4 លានរៀល ?

4 លាន $\xrightarrow{\text{ឧត្តម (10\%)}}$ 400 000 ៛ $\xrightarrow{\text{ឡៃយើ (20\%)}}$ 80 000 ៛

15 កិច្ចការផ្ទៃក្នុង កុំព្យូទ័រមួយតម្លៃ 600$ សុវណ្ណសន្សំបាន 75% ។ តើគាត់ខ្វះប៉ុន្មានជុំណូរទៀត?

16 កិច្ចការផ្ទៃក្នុង ភ្នាក់ងារលក់រថយន្តម្នាក់បានកម្រៃ 1 200$ ត្រូវជា 4% នៃតម្លៃឡាន ។ រកតម្លៃឡានសរុប ។

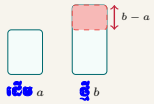
17 កិច្ចការផ្ទៃក្នុង ធីតាបានកម្រៃ 15% ពីការលក់បាន 2 000 000 ៛ ហើយចែកទៅជំនួយការ 30% នៃកម្រៃ ។ រកប្រាក់ដែលជំនួយការទទួលបាន ។

កម្រៃសរុប 300 000 ៛ $\xrightarrow{30\%}$ ជំនួយការ 90 000 ៛

## ៣ ចំណោទនៃភាគរយកើន ឬ ថយ

### ★ ជាទូទៅ

- **ភាគរយកើន ៖** ភាគរយកើន $= \dfrac{\text{ទំហំកើន}}{\text{តម្លៃដើម}} \times 100\% = \dfrac{b-a}{a} \times 100\%$
- **ភាគរយថយ ៖** ភាគរយថយ $= \dfrac{\text{ទំហំថយ}}{\text{តម្លៃដើម}} \times 100\% = \dfrac{a-b}{a} \times 100\%$
- **ការគណនាតម្លៃថ្មី ៖**
  - ករណីកើន $p\% \div$ តម្លៃថ្មី $b =$ តម្លៃដើម $a \times \left(1 + \dfrac{p}{100}\right)$
  - ករណីថយ $p\% \div$ តម្លៃថ្មី $b =$ តម្លៃដើម $a \times \left(1 - \dfrac{p}{100}\right)$




### ប្រភេទទី ១ ៖ ការគណនាភាគរយកើន ឬភាគរយថយ

01 បើគេបង្កើនចំនួនពី 4 ទៅ 5 ។ តើគេបានបង្កើនប៉ុន្មានភាគរយ?

02 បើគេបន្ថយចំនួនពី 5 មក 4 ។ តើគេបានបន្ថយប៉ុន្មានភាគរយ?

03 កម្មវិធីខ្ពស់ បើគេបង្កើនចំនួនពី 50 ទៅ 65 ។ តើគេបានបង្កើនប៉ុន្មានភាគរយ?

04 កម្មវិធីខ្ពស់ បើគេបន្ថយចំនួនពី 80 មក 60 ។ តើគេបានបន្ថយអស់ប៉ុន្មានភាគរយ?

05 កម្មវិធីខ្ពស់ តម្លៃសំបុត្រឡានក្រុងឡើងពី 4$ ទៅ 5$ ។ រកភាគរយនៃការឡើងថ្លៃ ។

### ប្រភេទទី ២ ៖ ការស្វែងរកតម្លៃដើមមុនពេលកើន ឬចុះតម្លៃ

06 រកតម្លៃដើមនៃសម្ភារៈមួយដែលបន្ទាប់ពីបង្កើន 30% លក់ក្នុងតម្លៃ 780 រ ។

កើន $+30\% \implies 130\% = 780$ ៛ $\implies 100\% = 600$ ៛

07 រកតម្លៃដើមនៃសម្ភារៈមួយដែលបន្ទាប់ពីបញ្ចុះតម្លៃ 40% លក់ក្នុងតម្លៃ 3 600 រ ។

ចុះ $-40\% \implies 60\% = 3\,600$ ៛ $\implies 100\% = 6\,000$ ៛

08 ទំនិញមួយបានលក់បញ្ចុះតម្លៃ 16% ដោយលក់ក្នុងតម្លៃ 4200 រៀល រកតម្លៃមុនបញ្ចុះតម្លៃ ។

តម្លៃលក់ 4200 រៀល $(84\%) \implies$ តម្លៃដើម $100\% = 5000$ ៛

09 លីតាទិញខោមួយថ្លៃ 32 000 រ ជាតម្លៃមួយដែលគេបានបញ្ចុះតម្លៃអស់ 60% ។ ចូរកំណត់ថ្លៃខោនោះនៅពេលដែលគេមិនទាន់បញ្ចុះតម្លៃ ។

តម្លៃលក់ 32 000 ៛ $= 40\% \implies$ ថ្លៃដើម $100\% = 80\,000$ ៛

10 កម្មវិធីខ្ពស់ អាវមួយក្រោយជំរឿងថ្លៃ 20% ត្រូវបានលក់ក្នុងតម្លៃ 36 000 រ ។ រកតម្លៃដើម ។

11 កម្មវិធីខ្ពស់ ស្បែកជើងមួយគូបញ្ចុះតម្លៃ 30% លក់ក្នុងតម្លៃ 28$ ។ រកតម្លៃដើមមុនបញ្ចុះតម្លៃ ។

12 កម្មវិធីខ្ពស់ ចូរសំឭមួយគ្រឿងលក់បញ្ចុះតម្លៃ 25% នៅសល់តម្លៃ 450$ ។ រកតម្លៃដើម ។

### ប្រភេទទី ៣ ៖ ចំណោទកំណើន ឬថយចុះពុះពីរតាមរដូវ

13 ឆ្នាំមុនសាលារៀនមួយទទួលសិស្សបានចំនួន 840 នាក់។ នៅឆ្នាំនេះទទួលសិស្សបាន 945 នាក់ ។ ចូរកំណត់ភាគរយនៃកំណើនសិស្ស ។

$840$ នាក់ $\xrightarrow{\text{កើន } 105 \text{ នាក់}} 945$ នាក់ $\implies$ កំណើន $= 12.5\%$

14 ឆ្នាំនេះសាលារៀនទទួលសិស្សបាន 4200 នាក់ ទូលលេខនេះកើនជាងឆ្នាំមុន 20% ។ ចូររកចំនួនសិស្សនៃឆ្នាំចាស់ ។

សិស្សថ្មី $120\% = 4200$ នាក់ $\implies$ សិស្សចាស់ $100\% = 3500$ នាក់

15 ចូរគណនាសំណួរខាងក្រោម ៖

ក ប្រេងសាំងពីមុនលក់មួយលីត្រថ្លៃ 4800 រ តម្លៃវិនេះលក់ថ្លៃតែ 4200 រ ។ តើប្រេងសាំងចុះថ្លៃអស់ប៉ុន្មានភាគរយ ?

ខ ឆ្នាំទៅសាលារៀនមួយទទួលសិស្សបានតែ 800 នាក់ ។ ប៉ុន្តែឆ្នាំនេះ ការទទួលសិស្សបានកើនឡើង 10% ។ រកចំនួនសិស្សនៃឆ្នាំនេះ ។

16 កម្មវិធីខ្ពស់ ទីក្រុងមួយកាលពីឆ្នាំមុនមានប្រជាជន 50 000 នាក់ ឆ្នាំនេះកើនដល់ 54 000 នាក់ ។ រកភាគរយកំណើនប្រជាជន ?

17 កម្មវិធីខ្ពស់ ហាងមួយឆ្នាំនេះលក់សៀវភៅបាន 6 300 ក្បាល កើនជាងឆ្នាំមុន 5% ។ រកចំនួនសៀវភៅលក់បានឆ្នាំមុន ។

18 កម្មវិធីខ្ពស់ តម្លៃមាសមួយដីចុះពី 350$ មកនៅ 315$ ។ តើតម្លៃមាសបានចុះថ្លៃអស់ប៉ុន្មានភាគរយ?



## ៤ ការប្រាក់ (ការប្រាក់សាមញ្ញ និង ការប្រាក់សមាស)

### ★ ជាទូទៅ

- **ការប្រាក់សាមញ្ញ (Simple Interest) ៖** ប្រាក់ការ $I = P_0 \cdot r \cdot t$ | ប្រាក់សរុប $A = P_0 + I = P_0(1+rt)$
- **ការប្រាក់សមាស (Compound Interest) ៖**
  បើ $P_0$ ជាប្រាក់ដើម, $r$ ជាអត្រាការប្រាក់ក្នុងមួយឆ្នាំ ហើយ $t$ ជារយៈពេលនៃការដាក់យកការប្រាក់ ៖
  - ឆ្នាំទី $1 : P_1 = P_0 + rP_0 = P_0(1+r)$
  - ឆ្នាំទី $2 : P_2 = P_0(1+r) + P_0(1+r)r = P_0(1+r)(1+r) = P_0(1+r)^2$
  - ឆ្នាំទី $3 : P_3 = P_0(1+r)^2 + P_0(1+r)^2 r = P_0(1+r)^2(1+r) = P_0(1+r)^3$
  - ឆ្នាំទី $t :$ $P_t = P_0(1+r)^t$
- **ប្រាក់សរុប ៖** $P = P_0(1+r)^t$ | **ប្រាក់ការកើន ៖** $I = P_t - P_0$

### ប្រភេទទី ១ ៖ ចំណោទការប្រាក់សាមញ្ញ (Simple Interest)

01 សុខបានយកប្រាក់ 500 000 រ ទៅដាក់បញ្ជើនៅធនាគារក្នុងអត្រាការប្រាក់សាមញ្ញ 6% ក្នុងមួយឆ្នាំ ។ គណនាការប្រាក់សុទ្ធដែលគាត់ទទួលបានក្រោយរយៈពេល 3 ឆ្នាំ និងប្រាក់សរុបទាំងដើមទាំងការ ។

02 អ្នកស្រីចិន្តាបានផ្ញើប្រាក់ 1 500 000 រ នៅធនាគារក្នុងអត្រាការប្រាក់សាមញ្ញ 5% ក្នុងមួយឆ្នាំ ។ គណនាការប្រាក់សុទ្ធដែលគាត់ទទួលបានក្រោយរយៈពេល 2 ឆ្នាំ ។

ការប្រាក់សាមញ្ញ ៖ $I = 1\,500\,000 \times 5\% \times 2 = 150\,000$ ៛

03 ពូសុខយកប្រាក់ 500 000 រ ទៅដាក់យកការប្រាក់សាមញ្ញពីរឆ្នាំក្រោយមកទទួលបានការប្រាក់សរុប 60 000 រ ។ រកអត្រាការប្រាក់ក្នុងមួយឆ្នាំ ។

$I = P_0 \cdot r \cdot t \implies r = \frac{60\,000}{500\,000 \times 2} = 6\%$

04 មីងសំបានខ្ចីប្រាក់ពីធនាគារ មួយលានរៀលដែលមានអត្រាការប្រាក់សាមញ្ញ 12% ក្នុងមួយឆ្នាំ ។ គាត់យកប្រាក់ 600 000 រ ទៅរកស៊ីចំណេញបាន 180 000 រ ហើយប្រាក់ដែលនៅសល់ 400 000 រ យកទៅបន្តចងការឱ្យគេក្នុងអត្រា 14% ក្នុងមួយឆ្នាំ ។ នៅពេលដំណាច់ឆ្នាំ តើមីងសំចំណេញឬខាត ?

05 តារាបានយកប្រាក់ 800 000 រ ផ្ញើធនាគារអត្រា 8% ក្នុងមួយឆ្នាំ ។ រកការប្រាក់សុទ្ធ និងប្រាក់សរុបក្រោយពេល 4 ឆ្នាំ ។

06 សោភាដាក់ប្រាក់ 2 000 000 រ រយៈពេល 3 ឆ្នាំ បានការប្រាក់សាមញ្ញ 360 000 រ ។ រកអត្រាការប្រាក់ប្រចាំឆ្នាំ $r$ ។

07 កម្មវិធីខ្ពស់ ពូហេងខ្ចីប្រាក់ 1 200 000 រ អត្រា 10% រយៈពេល 2 ឆ្នាំកន្លះ (2.5 ឆ្នាំ) ។ រកប្រាក់សរុបដែលត្រូវសង ។

08 កម្មវិធីខ្ពស់ រកប្រាក់ដើម $P_0$ បើដឹងថាការប្រាក់សាមញ្ញទទួលបានក្នុងរយៈពេល 3 ឆ្នាំ តាមអត្រា 7% ក្នុងមួយឆ្នាំ គឺ 420 000 រ ។

$P_0 = \frac{I}{r \cdot t} = \frac{420\,000}{0.07 \times 3} = 2\,000\,000$ ៛

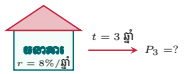
09 កម្មវិធីខ្ពស់ កសិករម្នាក់ខ្ចីប្រាក់ 1 800 000 រ អត្រាការប្រាក់សាមញ្ញ 9% ក្នុងមួយឆ្នាំ ។ តើត្រូវប្រើពេលប៉ុន្មានឆ្នាំទើបគាត់ត្រូវបង់ការប្រាក់សរុប 486 000 រ?

### ប្រភេទទី ២ ៖ ចំណោទការប្រាក់សមាស (Compound Interest)

10 ម៉ែងហុកបានយកប្រាក់ 400 000 រ ទៅដាក់យកការប្រាក់សមាសដោយទទួលបានអត្រាការប្រាក់ 6% ក្នុងមួយឆ្នាំ បើគាត់តម្កល់ទុកទាំងការប្រាក់និងប្រាក់ដើមរហូតដល់ឆ្នាំទី 4 តើប្រាក់គាត់កើនបានប៉ុន្មាន ?

$P_4 = 400\,000 \times (1.06)^4 \approx 504\,990$ ៛ $\implies I \approx 104\,990$ ៛

11 លោកពិសិដ្ឋបានយកប្រាក់ចំនួន 20 000 000 រៀល ទៅដាក់ក្នុងធនាគារមួយដោយទទួលបានអត្រាការប្រាក់សមាស 8% ក្នុងមួយឆ្នាំ ។ តើរយៈពេលបីឆ្នាំក្រោយលោកពិសិដ្ឋទទួលបានប្រាក់ទាំងដើមទាំងការប៉ុន្មាន ?




12 រតនៈបានយកប្រាក់ 800 000 រ ទៅដាក់យកការប្រាក់សមាសបីឆ្នាំក្រោយមករតនៈបានប្រាក់សរុប 926 100 រ ។ រកអត្រាការប្រាក់ក្នុងមួយឆ្នាំ ។

$P_3 = P_0(1+r)^3 \implies r = 5\%$

13 នីតាបានខ្ចីប្រាក់ចំនួន 500 000 រៀល ពីប៉ុលីនដោយអត្រាការប្រាក់សមាស 7% ក្នុងមួយឆ្នាំ ។ តើរយៈពេលប៉ុន្មានឆ្នាំទៀតទើបនីតាត្រូវសងប្រាក់សរុប 572 450 រៀល ទៅឱ្យប៉ុលីនវិញ ?

14 ពូសុខយកប្រាក់ $P_0$ ទៅសន្សំយកការប្រាក់សមាសក្នុងអត្រា 10% ក្នុងមួយឆ្នាំ ។ តើគាត់ត្រូវដាក់រយៈពេលប៉ុន្មានឆ្នាំទើបបានប្រាក់សរុបស្មើនឹងទ្វេដងនៃប្រាក់ដើម ($P_t = 2P_0$) ?

15 កម្មវិធីខ្ពស់ វីបុលផ្ញើប្រាក់ 1 000 000 រ ការប្រាក់សមាស 6% ក្នុងមួយឆ្នាំ ។ រកប្រាក់សរុបក្រោយពេល 3 ឆ្នាំ និងការប្រាក់ដែលកើនបាន ។

16 កម្មវិធីខ្ពស់ លោក ចាន់ ដាក់ប្រាក់ 5 000 000 រ ពីរឆ្នាំក្រោយមកទទួលបានប្រាក់សរុប 5 832 000 រ ។ រកអត្រាការប្រាក់សមាស $r$ ?

17 កម្មវិធីខ្ពស់ កញ្ញាណាងខ្ចីប្រាក់ 1 000 000 រ អត្រា 8% ក្នុងមួយឆ្នាំ ។ តើប៉ុន្មានឆ្នាំទើបត្រូវសងប្រាក់សរុប 1 259 712 រ?